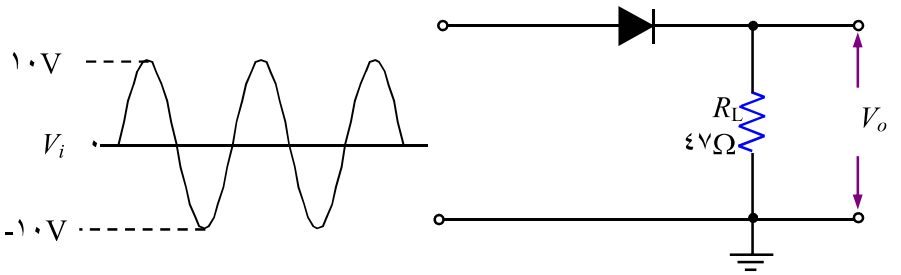
أسئلة وتمارين على الوحدة الثانية

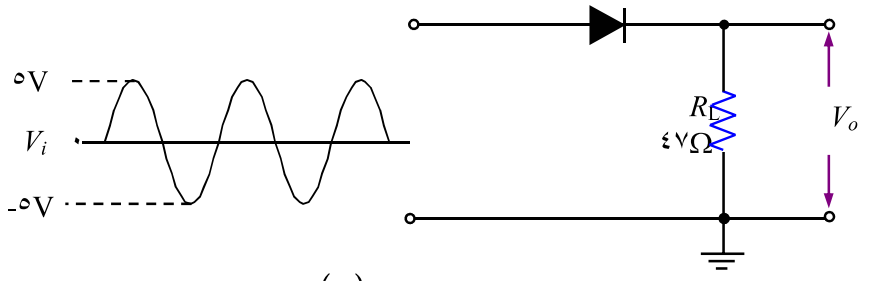
٢ -١ ارسم المخطط الصندوقي لمصدر القدرة ذي التيار المستمر مع توضيح إشارة الخرج لكل مرحلة.

٢ -٢ اذكر أنواع دوائر التوحيد.

٢ -٣ ارسم جهد الخرج لكل من الدوائر المبينة بشكل (٢ -٢٨) موضحا قيمة الجهد.



(أ)

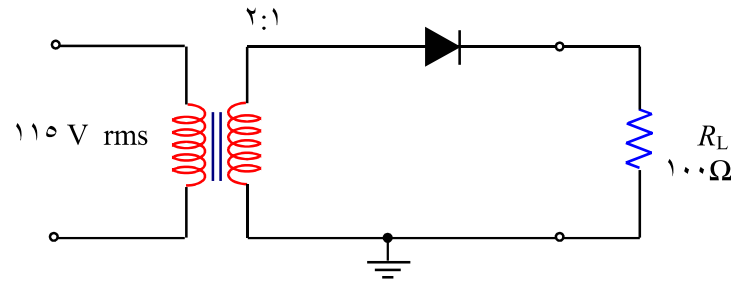


(ب)

شكل (٢ -٢٨)

٢ -٤ حدد القيمة العظمى للتيار الأمامي المار خلال كل ثنائي في الدوائر المبينة بشكل (٢ -٢٨)

٢ -٥ حدد القيمة العظمى والقيمة المتوسطة لجهد الخرج للدائرة المبينة بشكل (٢ -٢٩)



شكل (٢ -٢٩)

٢ -٦ بالنسبة للدائرة المبينة بشكل (٢ -٣٠):

(١) حدد نوع هذه الدائرة

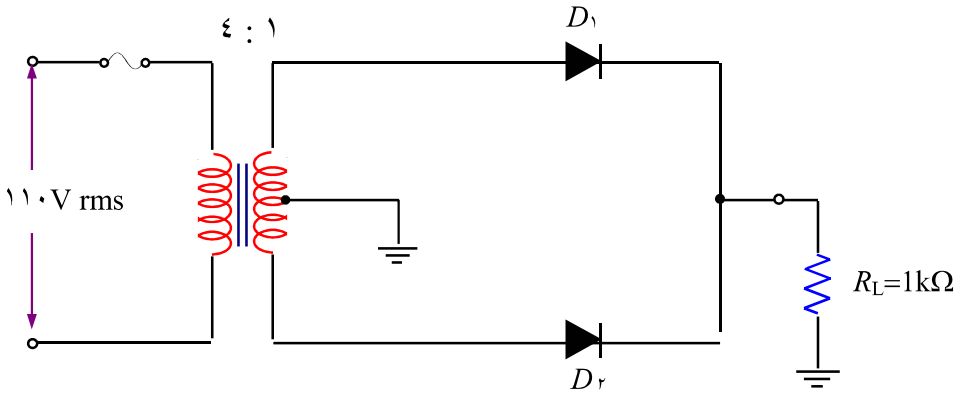
(٢) أوجد القيمة العظمى للجهد على الملف الثانوي.

(٣) أوجد القيمة العظمى للجهد على كل نصف من نصفي الملف الثانوي.

(٤) وضح شكل إشارة الجهد على المقاومة R_L.

(٥) أوجد القيمة العظمى للتيار المار خلال كل ثنائي.

(٦) حدد قيمة الجهد العكسي الأقصى (PIV) لكل ثنائي.



شكل (٢ -٣٠)

٢ -٧ أوجد القيمة العظمى للجهد على كل نصف من نصفي الملف الثانوي للمحول ذي النقطة المتوسطة المستخدم في موحد الموجة الكاملة إذا كانت القيمة المتوسطة لجهد الخرج تساوي ١٢٠V.

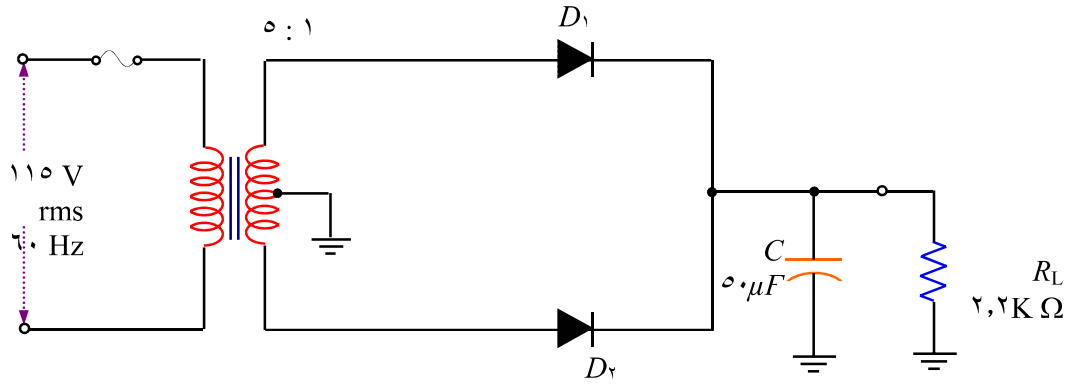
٢ -٨ ما هو عيب دائرة التوحيد لموجة كاملة باستخدام محول ذي نقطة متوسطة.

٢ -٩ أشرح مع الرسم دائرة توحيد موجة كاملة باستخدام القنطرة.

٢ -١٠ حدد قيمة الجهد العكسي الأقصى (PIV) للثنائيات المستخدمة في موحد القنطرة إذا كانت القيمة المتوسطة لجهد الخرج تساوي ٥٠V.

٢ -١١ إذا كانت القيمة الفعالة (rms) لجهد الخرج لموحد القنطرة تساوي ٢٠V، أوجد قيمة الجهد العكسي الأقصى (PIV) للثنائيات المستخدمة.

٢ -١٢ حدد معامل التموج بالنسبة للدائرة المبينة بشكل (٢ -٣١).

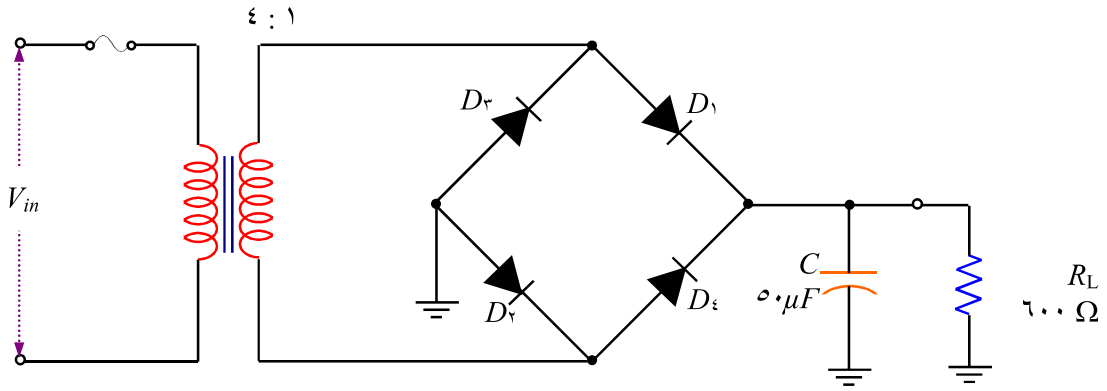


شكل (٢ -

٢ -١٣ إذا كانت القيمة العظمى لجهد الخرج للدائرة المبينة بشكل (٢ -٣٢) تساوي ٣٠V، أوجد:

(١) القيمة العظمى لجهد الدخل


(٢) معامل التموج.



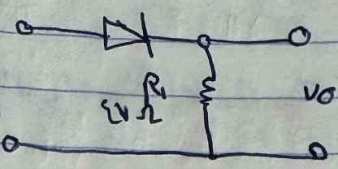
شكل (٢ -٣٢)

"أسئلة وتمارين"

2-3 أرسم شكل الموجة الخارجة للدائرة المبينة بشكل (2-28) موضحاً قيمة الجهد.



(B)



⇐ الديود (ع) يوصل على نصف الموجة الموجبة فقط.

⇐ عند التوصيل $V_{O(+)} = V_i - V_B$

$$V_{O_{(Peak)}} = 10 - 0.7 = 9.3V$$

على النصف السالب للجهد: الديود مقفول بالتالي $V_o \approx 0$

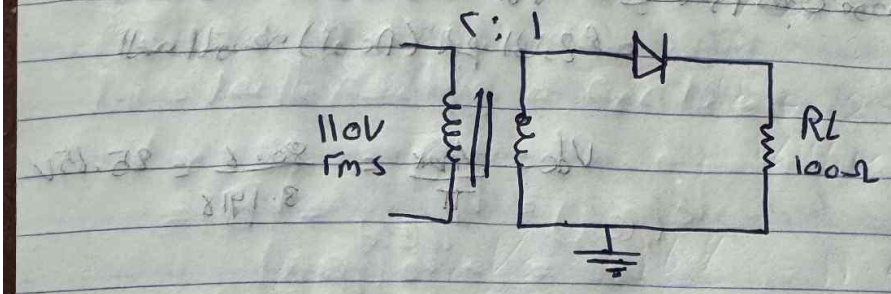
ب) نفس القاعدة

$$V_{Peak} = V_i - V_B$$
$$= 5 - 0.7$$
$$= 4.3V$$

الشكل موجة نبضية موجبة بقيمة 4.30، وصفر في الأنصاف الثانية

ملاحظة: إذا أعتبرنا الديود مثالي ($V_B = 0$) بالتالي القيم ع تكون $V_{in} = V_{Peak} = 10V$ بالتالي الثاني $5V$

(٤-٤) صمم الفيه العظمى والفعلة المتوسطة لجهد الخرج للدائرة الآتية



المطلوب:
$V_{1(rms)} = 115V$
$N_1 = 2$, $N_2 = 1$
$R_L = 100\Omega$
الدائرة مفتوحة (ideal)

١) نوجد من RMS وال الفيه العظمى:-

$$V_{P_1} = V_{rms}\sqrt{2} = 115 * \sqrt{2} = 115 * 1.414 \approx 162.63V$$

٢) الجهد الأعظم على الملف الثانوي
باستخدام نسبة اللفات

$$V_{P_2} = V_{P_1} * \frac{N_2}{N_1} = 162.6 * \frac{1}{2} = 81.3V$$

٣) الجهد الأعظم على الخرج بعد الثنائي.

سيكون $V_B = 0.7$

الفيه العظمى عند الحمل $V_{P_0} = V_{P_2} - V_B = 81.3V - 0.7 = 80.6V$


٤) التيار الأعظم في المقاومة

التيار الأعظم للحمل $I_{max} = \frac{V_{P_0}}{R_L} = \frac{80.6}{100} = 0.806A$

الخطوة ٢ : القانون للقيمة المتوسطة في مقوم نصف موجة

القيمة المتوسطة (أو DC) للجهد الخارج هي:

$$V_{dc} = \frac{V_{max}}{\pi} = \frac{80.6}{3.1418} = 25.65V$$



٣ التيار المتوسط في الحمل:

$$I_{dc} = \frac{V_{dc}}{R_L} = \frac{25.65}{100} = 0.256\,A$$

(6-2) ⟸

1- صمم نوع الدائرة :-

موجه موجة كاملة متصل بمحول ذو نقطة متوسطة

The Full - wave Center - Tapped Rectifier

2- أوجد القيمة العظمى للجهد على الملف الثانوي :-

$$V_{P_1} = V_{1(rms)}\sqrt{2} = 110 * 1.414 = 155.54V$$

نظرًا لنسبة اللفات $\frac{N_2}{N_1} = \frac{1}{4}$

$$V_{P_2(Full,Peak)} = V_{P_1}\frac{N_2}{N_1} = 155.58 * \frac{1}{4} = 38.89V$$

∴ جهد الذروة بين طرفي الملف الثانوي = 38.89V

3- القيمة العظمى على كل نصف من الملف الثانوي (نقطة الوسط لأحد الطرفين)

كل نصف يعطي نصف الجهد (متساويان) :-

$$V_{h(Peak)} = \frac{V_{P_2(Full,Peak)}}{2} = \frac{38.89}{2} = 19.44V$$

∴ ذروة كل نصف = 19.445V بالنسبة لنقطة الوسط

4- شكل إشارة الجهد على المقاومة R_L

عند الطرف (R_L عبر) سنحصل على إشارة بقة تم كامل (Full-wave Puls) نبضات موجبة فقط اتردد ها ضعف تردد المصدر لكل نصف موجة من المصدر يعطي نبضة موجبة = أي مم

DC

(5) القيمة العظمى للتيار المار خلال كل ثنائي:

أولاً: نأخذ الجهد عند الخرج بعد هبوط الدايود.

$$V_{o(peak)} = V_{h(peak)} - V_B =$$

$$= 19.445 - 0.7 =$$

$$18.745V$$

التيار الأعظمي عبر الدايود و الـ R_L:

$$I_{peak} = \frac{V_{o(peak)}}{R_L} = \frac{18.745}{1000} = 0.018745\ A$$

$$= 18.745\ mA$$

إذن التيار الأعظمي لكل دايود هو $(18.75\ mA)$ لأن كل دايود يقود في نصف دورة فقط.

(6) قيمة الجهد العكسي الأقصى (PIV) لكل ثنائي:

$$PIV = 2 * V_{h(peak)} = V_{P2}\ (full,$$

بالتعويض $PIV \approx 38.8\ V$

(يطرح هنا هبوط الدايود فقط)

(7) لدينا أخيراً القيمة المتوسطة (V_{dc}) لكامل الموجة بنظام كامل

$$V_{dc} = \frac{2\,V_{o(peak)}}{\pi} = \frac{2 * 18.745}{3.14} =$$

$$= 11.933_{4V}$$

[8] التيار المتوسط خلال الحمل

$$I_{dc} = \frac{V_{dc}}{R_L} = \frac{11.934}{1000} = 0.011934\ A$$

$$= \boxed{11.93\ mA}$$

[8]

(7-2) المطلوب $V_{dc} = 1207$ V

(لحساب الجهد الكامل وهو)

الدايودات

بما أنه منظم موجة كاملة لموجة واحدة حتى الحالة لو كانت دايودات

$$V_{dc} = \frac{2\,V_{o(peak)}}{\pi}$$

حيث $V_{o(peak)}$ = ذروة جهد الخرج عبر كامل الحمل فوق جهد الدايود الواحد.

فك الحمل $V_{o(peak)}$

$$V_{o(peak)} = (\pi/2) * V_{dc}$$

$$\downarrow$$

$$1.57 * 1207 = 1895.95\ V$$

ذروة الجهد على كل نصف من الملف الثانوي لهذا منتهي الملف (الموجة) تساوي تقريباً $V_{s(peak)}$

$$V_{s(peak)} = V_{o(peak)} \approx 1895.95V$$

الدايود هو

لذا أيضا هو الدايود سيكون الأعباء.

$$V_{h(peak)} = V_{o(peak)} + V_D \approx$$

$$1895.95V + 0.7 \approx 1896.$$

* ذروة مع الفولت = $2 \times 1896.66 = 3793.31$

* تيار الحمل = 3793.31 / الفولت عكسياً مع جهد ذروة الدايود

س ما هو عيب دائرة التوحيد لموجة كاملة باستخدام محول ذي وصلة متوسطة

(1) محولة وهو محول خاص ذو وصلة وسط (Center Tap)

(2) استخدام ضعف الملف الثانوي وفي كل نصف دورة.

(3) ارتفاع الجهد العكسي الأقصى (PIV).

$PIV = 2V_{max}$

بينما في دائرة الجسر (BridgeRectifier)

$(PIV = V_{max})$

س أشرح مع رسم دائرة التوحيد موجة كاملة باستخدام القنطرة

أولاً فكرة الدائرة.

* تستخدم أربعة ثنائيات (Diodes) موصلة على شكل قنطرة (Bridge)

* الهدف: تحويل التيار المتناوب (AC) إلى تيار مستمر (DC)

المميزة الأساسية والاتجاه إلى محول بنقطة وسط فتح الدائرة الثانوية وتشغل كامل الملف الثانوي.

مكونات الدائرة: (1) محول لتخفيض الجهد من المصدر مثلاً من 220 V إلى 12 V

(2) أربعة ثنائيات: D_1, D_2, D_3, D_4 (3) مقاومة الحمل R_L

مبدأ العمل: * في هذه الدورة الموجبة

يكون الطرف العلوي من الحمل موجب والسفلي سالب.

الديودان D_1 و D_3 (ON)

لمرور التيار من الدورة D_1 ← الحمل D_3 ← R_L ← الدورة

التيار يسير في اتجاه واحد من التيار داخل الحمل.

* في الدورة السالبة يصبح الطرف العلوي سالباً والسفلي موجباً

الديودان D_2 و D_4 يوصلان (ON)

يمر التيار من الحمل ← D_2 ← الحمل ← D_4 ← R_L ← الدورة

الاتجاه نفسه من التيار في الحمل.

الفرق بين التيار في الحمل في الاتجاه رغم أن جهد الدخل متناوب.

← القيمة العظمى المتوسطة لجهد الخرج $V_{dc} = 507V$

* في الحالة هذه لجهد المتوسط والجهد الأعظم (ذروة الخرج).

← في موجة الموجة الكاملة الطور

القيمة العظمى الذروة للجهد الخارج

أو الجهد عبر الحمل

$$V_{dc} = \frac{2V_m}{\pi}$$

ومنه

$$V_m = \frac{V_{dc} * \pi}{2}$$

$$V_m = \frac{507 * 3.1416}{2} = 796.1V$$

في دائرة القنطرة

الجهد العكسي الأقصى (PIV) على كل دايود يساوي V_m فقط (لأنه في دائرة النقطة المنوعة يكون $2V_m$).

∴ الجهد العكسي الأقصى (PIV) لكل دايود هو

$PIV = 798V$

ثانياً: المعطى $V_{rms} = 207V$

المطلوب: الجهد العكسي الأقصى (PIV) في موجة الموجة الكاملة بواسطة القنطرة.

أولاً العلاقة بين الجهد الفعال (RMS) والجهد الأقصى (الذروة)

$$V_{rms} = \frac{V_m}{\sqrt{2}}$$

$$V_m = V_{rms} \times \sqrt{2}$$

$$= 207 \times 1.414$$

$$= 292.698V$$

في دائرة القنطرة الجهد العكسي الأقصى $PIV = V_m$

$$PIV = 293V$$

12 //

$V_{1(rms)} = 115V$

$N_1 = 5$, $N_2 = 1$ ← نسبة المحول = $1/5$

$f = 60Hz$ ← تردد الموجة الجيبية

$f_r = 2f = 120Hz$

$C = 50\mu F = 50 \times 10^{-6} F$

$R_L = 2.2k\Omega = 2200\Omega$

$V_B = 0.7 V$ جهد الباعث

1) نجد قيمة الجهد العظمى الابتدائي:

$V_{P_1} = V_{rms}\sqrt{2} = 115 \times 1.414 =$

$162.63 V$

2) نجد الجهد على الثانوي (القيمة العظمى)

$V_{P_2(Peak)} = V_{P_1} \frac{N_2}{N_1} =$

$162.63 \times \frac{1}{5} = 32.526$

3) نجد كل نصف من الثانوي (من منتصف الملف نأخذ الفرق)

$V_{1/2(Peak)} = \frac{32.52}{2} = 16.2834$

4 ذروة الجهد الخارج بعد الهبوط الديود

$$V_{o\,(Peak)} = V_{in\,(Peak)} - V_B$$

$$= 16.2634 - 0.7 = 15.56$$

5 تيار الحمل المتوسط لتقويم نصف الموجة

$$I_{Load} = \frac{V_{o\,(Peak)}}{R_L} = \frac{15.56}{2200} =$$

$$0.00707\,A = 7.073\,mA$$

6 شكل الجهد المتردد لذروة الذروة المتوسط بسبب تفريغ المكثف

$$\Delta V_{pp} \approx \frac{I_{Load}}{F \cdot C} = \frac{0.00707}{120 * 50 * 10^{-6}}$$

$$\Delta V_{pp} \approx \frac{0.00707}{0.001} = 1.178V$$

7 الجهد المتوسط نقريباً

$$V_{dc} = V_{o(Peak)} - \frac{\Delta V_{pp}}{2} =$$

$$15.563 - \frac{1.178}{2} = 14.97V$$

٨) حساب قيمة الجهد (rms) على الثانوي (بافتراض تيار مثالي/صفري)

$$V_{r(rms)} = \frac{\Delta V_{PP}}{2\sqrt{3}} = \frac{1.178}{2 \times 1.732} = 0.3404V$$

٩) معامل التموج يتحدد بالعلاقة حيث $V_{r(rms)} = 0.3404$

$$r = \frac{V_{r(rms)}}{V_{dc}} = \frac{0.3404}{14.97401} = 0.02273 \approx 0.0227$$

أي أن $r = 2.27\%$

١٠) $V_{sec(peak)} = V_{o(peak)} + 2V_B$

$= 30 + 2 \times 0.7 =$

$31.4V$

نسبة اللفات $= 31.4 \div 4 =$

$V_{in\,peak} = 125.6V$

ثم القيمة الفعالة (RMS) للدخل:

$$V_{in(rms)} = \frac{V_{in(peak)}}{\sqrt{2}} \approx 88.81V$$

١٢) معامل التموج بالصيغة $f_r = 2f = 100Hz$

$C = 50\mu F$, $R_L = 600\Omega$

$V_{dc} = 25.71$,

$V_{rms} = 2.474V$

$$r = \frac{V_r}{V_{DC}} = \frac{2.47}{25.74} = 0.0962$$

$= 9.62\%$