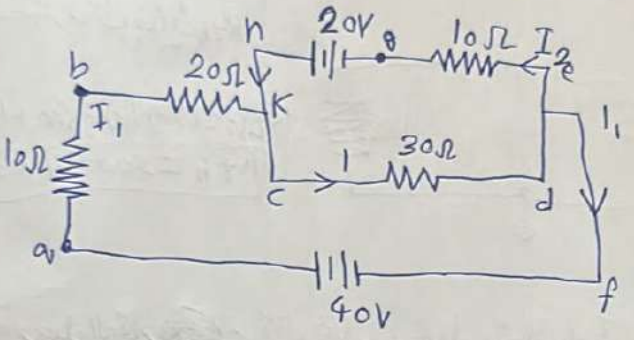
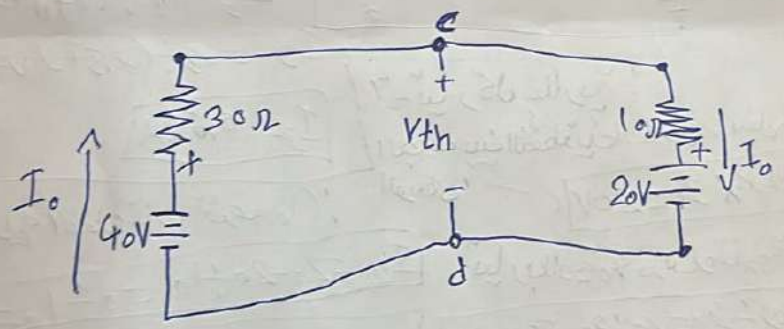
الاسم: محمد عادل الهقيلي — دوائر كهربائية 1 — سؤالين

س1:



١- تبسيط الفرع الأيسر المقاومتين a و 2 على تسلسل في الفرع نفسه $R = 10 + 20 = 30\Omega$

٢- نزع المقاومة الوسطى 30 وحساب تيار I_o :



٣- حساب جهد ثفنين R_{th}

$I_o = (40 - 20) \div (30 + 10)$

$I_o = 20 \div 40 = 0.5A$

$V_{th} - 40 + (I_o \times 10) + (I_o \times 20) = 0$

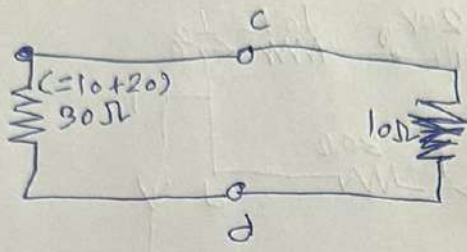
$V_{th} - 40 + (0.5A \times 10) + (0.5 \times 20) = 0$

$V_{th} = 40 + 5 + 10 = 0$

$V_{th} = 40 - 15 = 25V$

الاسم: محمد عادل العقيلي — دوائر كهربائية ولوب 1 — سؤالين

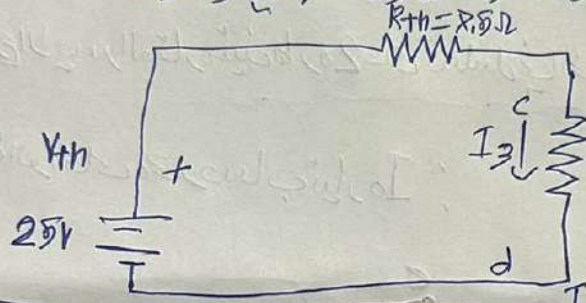
٤- حساب مقاومة ثيفنين R_{th}



$R_{th}=(30\times10)\div(30+10)$

$R_{th}=300\div40=7.5\Omega$

٥- إعادة وصل المقاومة على الدائرة ومن ثم حساب التيار I_3 :



$I_3=V_{th}\div(R_{th}+30)$

$I_3=25\div(7.5+30)=25\div37.5$

$I_3=0.67A$

٦- تيار كل بطارية:

الجهد بين النقطتين العلوية والسفلية هو جهد مقاومة الوسطى:

$V=I_3\times30=0.67\times30=20V$

تيار بطارية 20 (مقاومة فرعها 10):

$I_2=20-20\div10=0\div10=0A$

تيار بطارية 40 فولت (مقاومة فرعها 30):

$I_1=(40-20)\div30=20\div30=0.67A$

المطلوب الثاني فرق جهد

$V(a)=40V$

$40-(I_1\times10)=40-(0.67\times10)=40-6.67=33.33V$

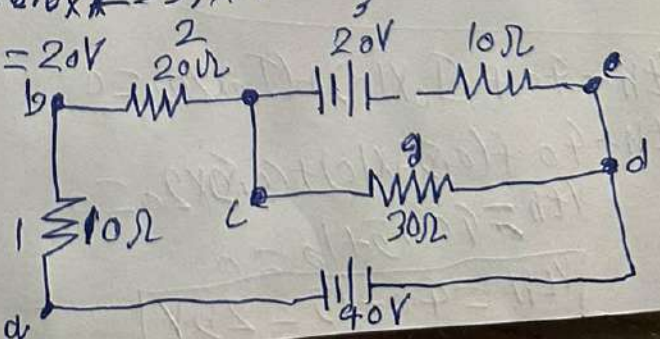
$33.33V-(I_1\times20)=33.33-13.33=20V$

$20-20=0V$ جهد نقطة g

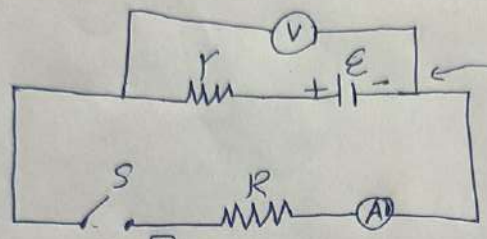
$V_{ag}=40-0=40V$

فرق الجهد بين النقطتين a و g

$V_{ag}=40V$



حل:



1- القوة الدافعة ε = 3,08V

2- المقاومة الداخلية r :

للمفتاح on / off

$V = \varepsilon - I \times r$ ، $I = 1,6A$

$r = (\varepsilon - V) \div I = (3,08 - 2,92) \div 1,6\,A$

$r = 0,11 \div 1,6 = 0,068\,\Omega$

$r = 0,06\,\Omega$

3- المقاومة الخارجية R

$R = V \div I = 2,97 \div 1,6 = 1,85625$

$R = 1,86\,\Omega$

تم بحمد الله تعبت